внешний вид

подходит и для компьютеров и и для телефонов

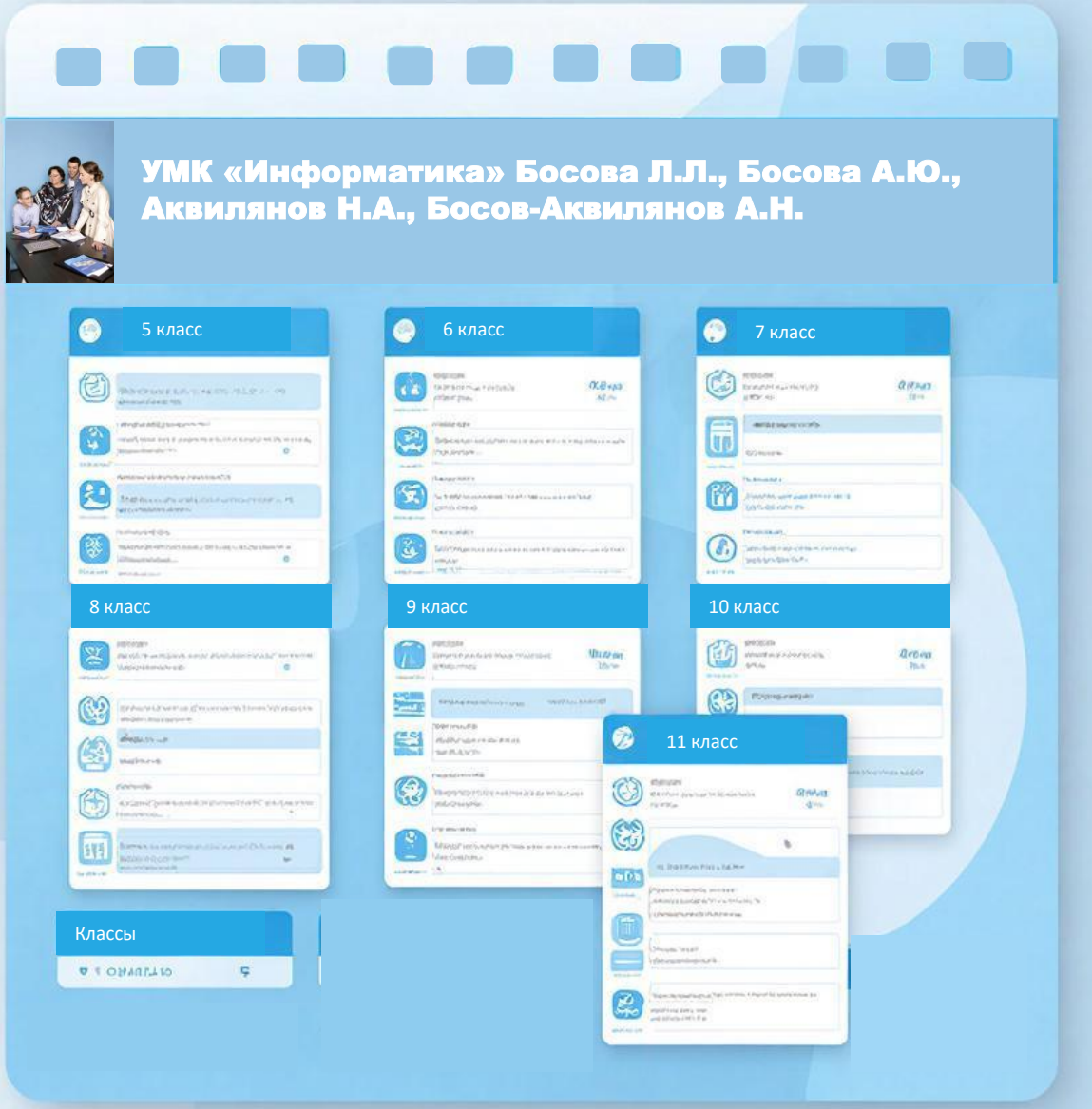

плашки с классами

в каждой плашке названия тестов к тематическому планированию (нажав, можно посмотреть содержимое теста)

возможность создания класса

механизм как в Яндекс, персональных данных нет, пароли генерируются в системе

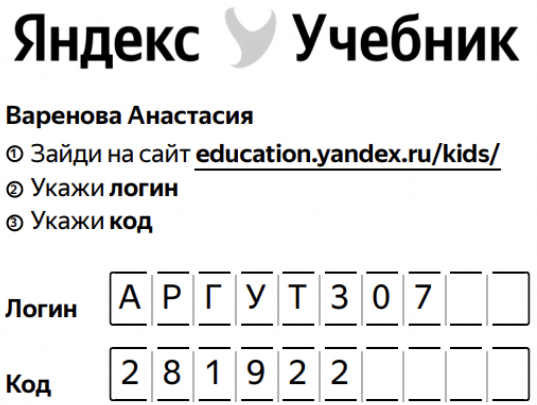

дать возможность выдать всему классу или отдельному ребенку + выдавать задания без привязки к платформе. просто давая ссылку на тест

класс выглядит как привычный журнал

фиксируется время выполнения всего теста и результат правильного в процентах

12:03/50%

	Ученики	1	2	3	4	5	6	7	8	9	10	11	1	Средняя
1	Андрианов Ян	–	–											79%
2	Беликов Иван	–	76%											72%
3	Босов Александр							94%						90%
4	Клим Саша	41%				36%								55%
5	Краснов Артём	76%					88%							70%
6	Михеев Иван	–	–		59%									82%
7	Потапова Арина													66%
8	Расстанаева Софья	–	47%							23%	85%			55%
9	Рожков Артём	–	–											55%
10	Русаков Глеб	–	–											71%
11	Сарычева Виктория	–	–	53%								88%		49%
12	Сафонов Илья	–	24%											23%
13	Сорокин Тимофей	–	76%											45%
14	Чулкова Таисия	–	–						59%					74%
15	Шапкин Дима													70%

ребенок видит

тест + результат своего тестирования + задания выполненные неверно, но без правильных ответов

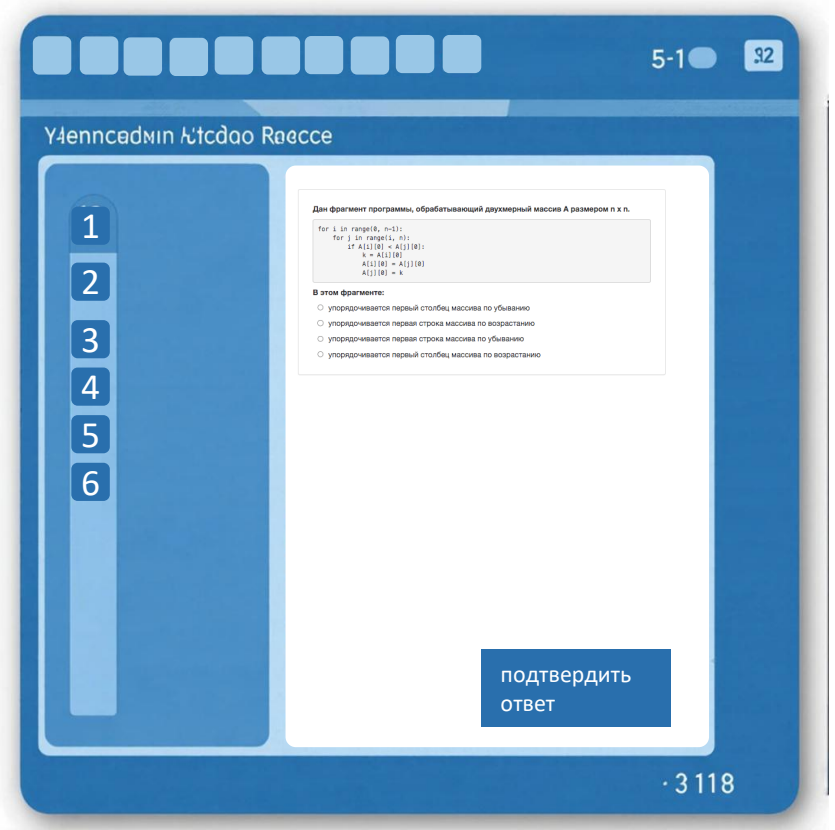

Тест 01. Информация вокруг нас Вариант 1

Результат прохождения

0%

Пользователь:

Начало: Сегодня в 13:55

Окончание: Сегодня в 13:56

Длительность: 39 с

1
2
3
4
5
6

Типы заданий

варианты настройки

Одиночный выбор ответа

На рисунке представлено генеалогическое дерево Ивана, где отмечены одни мужчины. Как звали дядю отца Ивана?

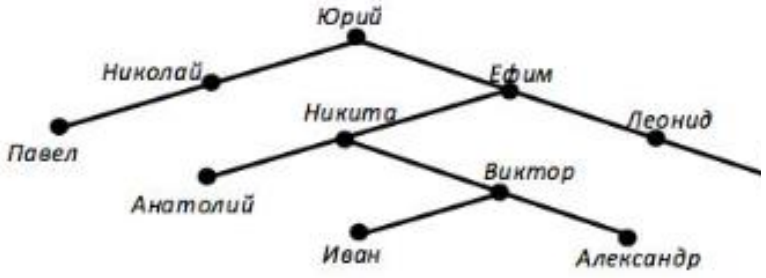

- Николай
- Леонид
- Павел
- Руслан

Дан фрагмент программы, обрабатывающий двухмерный массив A размером n x n.

```
for i in range(0, n-1):
    for j in range(i, n):
        if A[i][0] < A[j][0]:
            k = A[i][0]
            A[i][0] = A[j][0]
            A[j][0] = k
```

В этом фрагменте:

- упорядочивается первый столбец массива по убыванию
- упорядочивается первая строка массива по возрастанию
- упорядочивается первая строка массива по убыванию
- упорядочивается первый столбец массива по возрастанию

Одиночный выбор ответа

Условие:
Укажите имя, для которого ИСТИННО высказывание:
(Первая буква согласная) **И НЕ** (Последняя буква согласная).

Варианты:

- Антон
- **Мария**
- Тимур
- Павел

В некотором каталоге хранился файл с именем "Отчет.docx". После того как в этом каталоге создали подкаталог "Документы" и переместили в него файл "Отчет.docx", полное имя файла стало: E:\Школа\8_класс\Документы\Отчет.docx.
Каким было полное имя этого файла до перемещения?

- E:\Школа\Документы\Отчет.docx
- **E:\Школа\8_класс\Отчет.docx**

Укажите «лишнюю» клавишу.

Пробел

Множественный выбор ответа

Рассмотрим следующую игру: сначала в кучке лежат X спичек; два игрока убирают спички по очереди, причём за 1 ход можно убрать 1, 2 или 3 спички; выигрывает тот, кто оставит в кучке 1 спичку. Выясните, сколько нужно иметь спичек, чтобы вы победили. Вы ходите первым.

- [x] 17
- [x] 13
- [x] 15
- [x] 12

Какие из следующих утверждений о двумерных массивах являются верными?

- [x] Доступ к элементам двумерного массива осуществляется по одному индексу.
- [ ] Число строк всегда должно быть равно числу столбцов.
- [x] Другое название для двумерного массива — матрица.
- [ ] Если число строк равно числу столбцов, матрицу называют квадратной.
- [x] Для обработки двумерного массива всегда используется один цикл.

Ввод данных с клавиатуры

Выберите устройства вывода информации и запишите их номера в порядке возрастания.

1. Принтер
2. Сканер
3. Монитор
4. Флеш-накопитель
5. Колонки
6. Клавиатура
7. Микрофон
8. Жёсткий диск

Ответ: 135

Установите соответствие между расширениями и типами файлов:

РАСШИРЕНИЯ	ТИПЫ ФАЙЛОВ
А) jpeg Б) wav В) 7z Г) ppt Д) mp3 Е) gif Ж) odp	1) графический файл 2) звуковой файл 3) архивный файл 4) презентация

Ответ:

А	Б	В	Г	Д	Е	Ж
1	2	3	4	2	1	4

Ввод данных с клавиатуры

Сколько всего ярлыков размещено на фрагменте рабочего стола?

Ввод ответа:

Установить соответствие

Установите соответствие между выполняемым действием (левый столбик) и видом указателя мыши (правый столбик).

Попытка выполнить недопустимое действие	
Изменение высоты окна	
Перетаскивание окна	
Одновременное изменение высоты и ширины окна	
Изменение ширины окна	

Установите соответствие.

	Ярлык
	Папка
	Файл

Установить соответствие

Внимательно прочитайте русские приметы (пословицы). Каждой примете (пословице) поставьте в соответствие орган чувств, обеспечивающий человека соответствующими данными.

Осы сильно кусаются - к похолоданию.	глаза
Луна ясная и круглая летом - к хорошей погоде, зимой - к стуже.	кожа
В ненастную погоду птицы защебетали - к наступлению ясной погоды.	нос
У речки пахнет свежей рыбой - к дождю.	уши

(пословицы). Каждой примете
н чувств, обеспечивающий человека

Лиза пьет горькую микстуру	вкусовая
Витя ныряет в реку	осязательная
Даша изучает схему метро	зрительная
Саша слушает радионовости	звуковая

Подберите пары для клавиш (соедините стрел

Home	Esc
Delete	End
Enter	PgDn
PgUp	Backspace

Перетаскивание и выбор из списка

Определите порядок выполнения операций в выражении.

Для этого разместите цифры над соответствующими знакам

$$\overline{A} \quad \wedge \quad \overline{B}$$

1 3 2

Заполните таблицу истинности.

A	B	Действие 1	Д
0	0	---	
0	1	---	
1	0	---	
1	1	---	

Определите порядок выполнения операций в выражении.

Для этого разместите цифры над соответствующими знаками операций в выражении.

$$A \wedge (A \overset{1}{\vee} B)$$

2

Заполните таблицу истинности.

A	B	Действие 1	Действие 2
0	0	0	✓ --- 0 1
0	1	---	
1	0	---	---
1	1	---	---

Настройки (показывать ответ/к-во попыток, перемешивать порядок вопросов/ответов; (не) показывать правильные ответы/итоговый балл)

Установите соответствие между расширениями и типами файлов:

РАСШИРЕНИЯ	ТИПЫ ФАЙЛОВ
А) rtf Б) avi В) 7z Г) pptx Д) odt Е) mpeg Ж) rar	1) текстовый файл 2) видеофайл 3) архивный файл 4) презентация

Ответ:

А	Б	В	Г	Д	Е	Ж

Сбросить | Показать ответ | Подтвердить ответ

Определите максимальное количество файлов размером 256 Мбайт каждый, которые можно сохранить на встроенный жесткий диск объёмом 8 Гбайт.

Ответ:

Сбросить | Показать ответ | Подтвердить ответ | Пропустить

Движение на перекрестке регулируется светофором. Определите источник информации в этой ситуации.

- Машины
- Светофор

Сбросить | Подтвердить ответ | Пропустить

Дополнительные настройки при написании условий

1. вводить формулы с элементами алгебры логики и множеств
2. записывать условие с разным форматированием (выделение жирным, курсивом, подчеркиванием и тд)
3. создавать таблицы и по возможности их форматировать
4. возможность быстрого редактирования готовых ресурсов